נושא 14 גבהים במקבילית

ציוד: "זוויות ישרה", סרגל משולש

מושגים: גובה במקבילית

1. הדס ואלון סרטטו מצולע.

בתוך המצולע סרטט כל אחד מהם קטע.



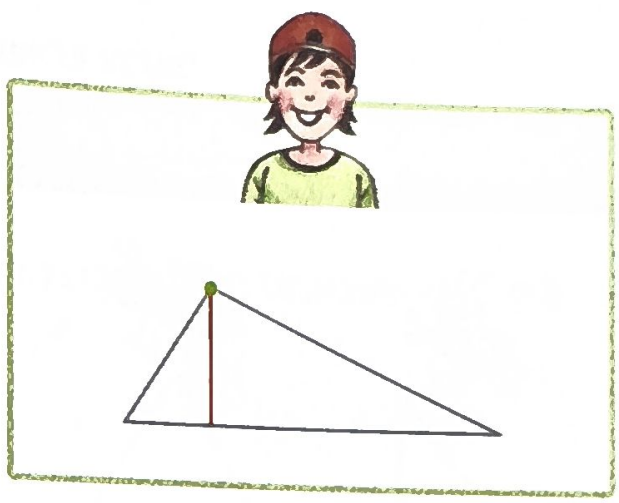

א. מה שם המצולע שסרטט כל אחד מהילדים? _____

ב. איך נקרא הקטע שסרטט אלון? _____

ג. מה דומה בין הקטעים שסרטטו הדס ואלון?

_____

_____

ד. קראו את המידע.

הקטע שסרטט אלון הוא **גובה במשולש**.

הקטע שסרטטה הדס הוא **גובה במקבילית**.

ה. צבעו בירוק את הצלעות שמול הקודקוד המסומן בסרטוט של הדס (הצלעות שהקודקוד הירוק אינו נמצא עליהן).

© ה.ש.ה.ח.ה

גבהים במקביליות

- נתון אחת מהמקביליות שלפניכם סרטטו קטע מהקודקוד הירוק
  נתון אחת מהקודקודות האדומות הנמצאות על הצלעות שמול הקודקוד הירוק.

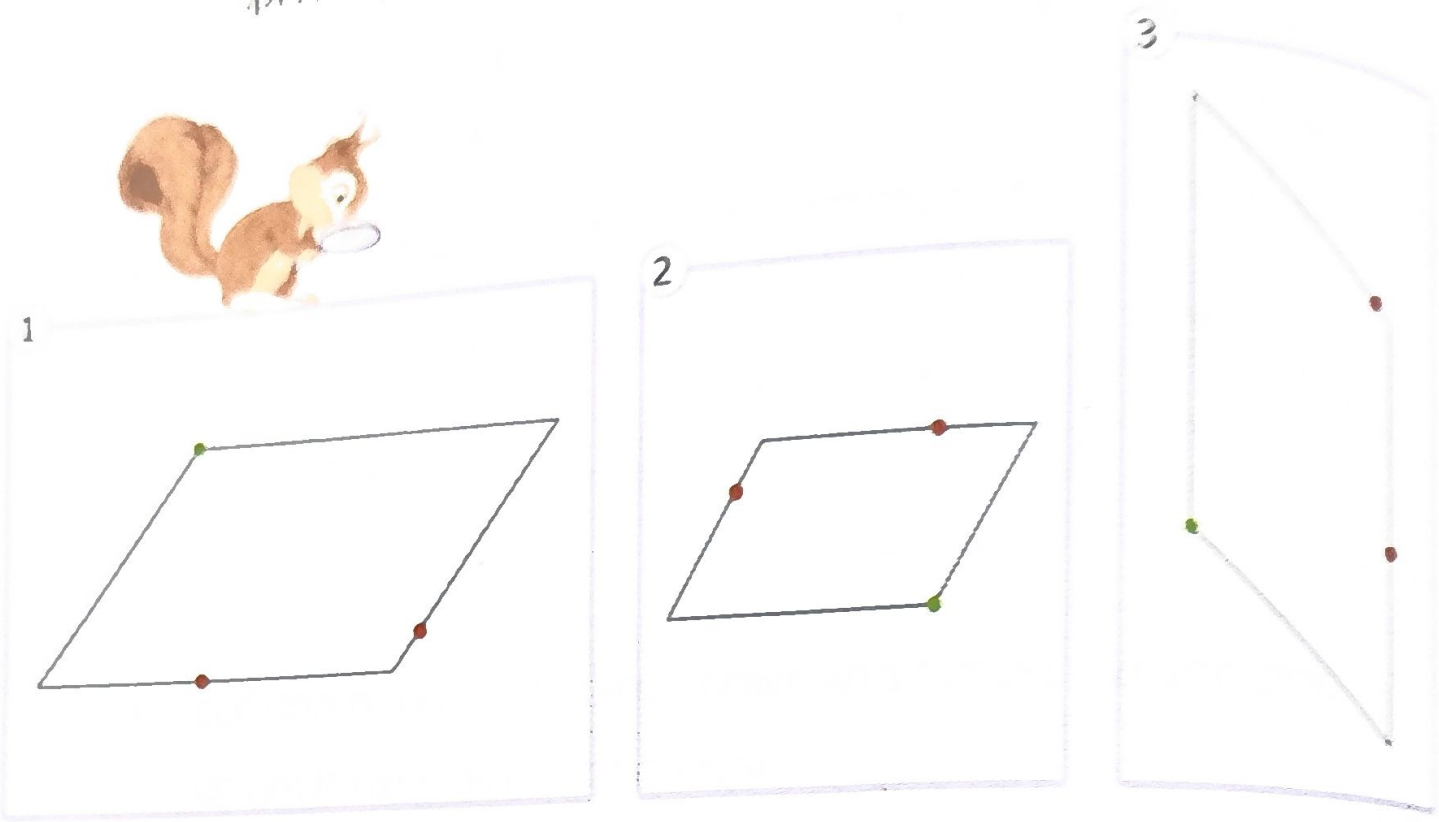

- בדקו וכתבו מה המידה של הזווית שנוצרה בין כל אחד מהקטעים שסרטטתם לבין הצלע. היעזרו ב"זווית ישרה". _____
- אם נוצרה זווית ישרה, סמנו אותה בסימון מתאים.

- הגו בשאלה שלפניכם, וכתבו את התשובה המתקבלת.

מה משותף לכל הקטעים שסרטטתם?

_____

_____

_____

- קראו את המידע.

כל אחד מהקטעים שסרטטתם הוא גובה במקבילית.

- צבעו באדום את הגבהים במקביליות שבסעיף א'.

נושא 14

ה. • בכל אחת מהמקביליות שלפניכם צבעו בירוק את הצלעות שהקודקוד המסומן אינו נמצא עליהן.

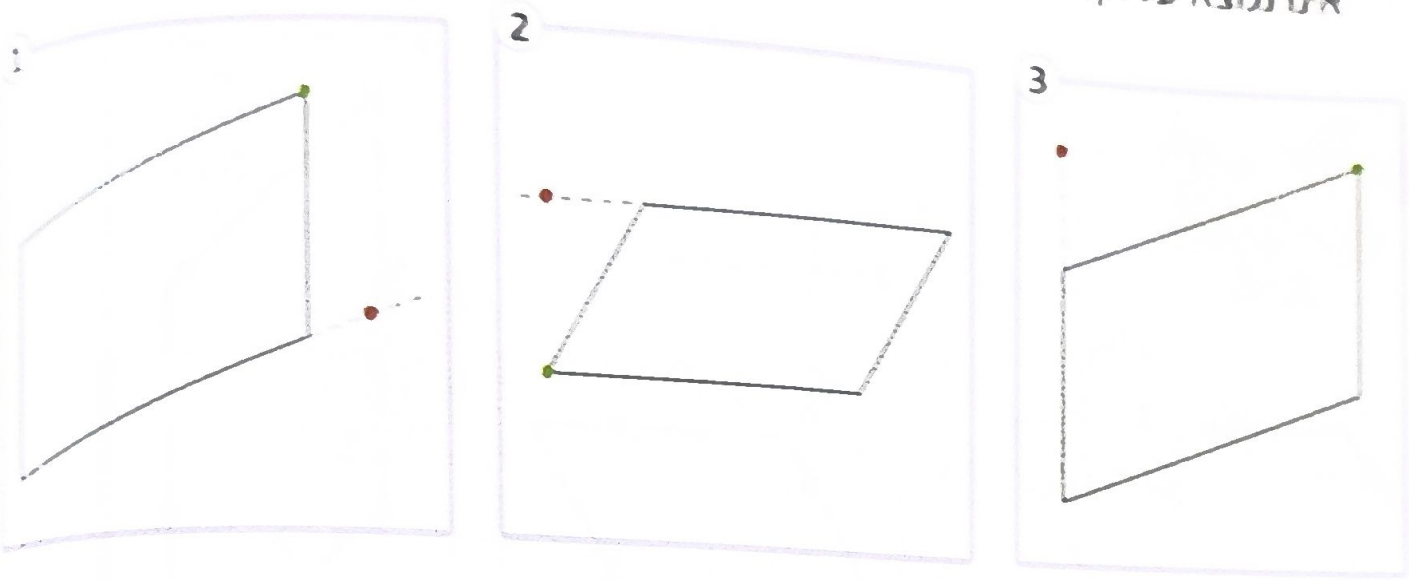

• בכל אחת מהמקביליות מסורטט המשך אחת הצלעות שצבעתם בירוק.
על המשך הצלע סומנה נקודה אדומה.
בכל מקבילית סרטטו קטע מהקודקוד הירוק לנקודה האדומה.
היעזרו בסרגל.

• בדקו וכתבו מה מידתה של הזווית שנוצרה בין הקטע שסרטטתם לבין המשך הצלע.
היעזרו ב"זווית ישרה".

_____

ו. דונו בשאלה שלפניכם, וכתבו את התשובה המתקבלת.
מה משותף לכל הקטעים שסרטטתם?

_____

_____

ז • קראו את המידע.

כל אחד מהקטעים שסרטטתם הוא **גובה במקבילית**.

• צבעו באדום את הגבהים במקביליות שבסעיף ה'.

© מ.ש.ב.ת.ם

משא 14 גבהים במקבילית

9 א. בכל אחת מהמקביליות שלפניכם סרטטו גובה מהקודקוד הירוק לצלע המודגשת.
שימו לב! סרטטו את המשך הצלע לפי הצורך.

1

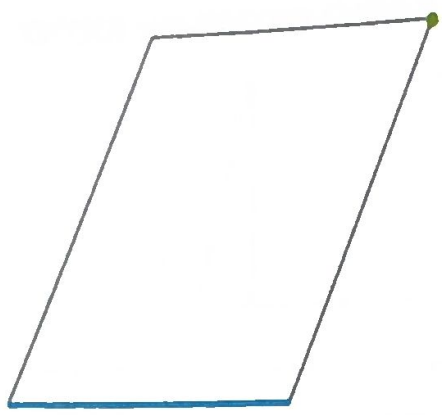

2



ב. היכן נמצא כל אחד מהגבהים שסרטטתם: בתוך המקבילית או מחוצה לה?

_____

9 א. סרטטו במקבילית שלפניכם גובה לצלע המודגשת.

ב. האם אפשר לסרטט גובה נוסף לצלע המודגשת? אם כן, סרטטו גובה זה.



ג.
- כמה גבהים סרטטתם לצלע המודגשת? _____
- דונו בשאלה שלפניכם, וכתבו את התשובה המתקבלת.
מה דומה ומה שונה בין הגבהים שסרטטתם?

_____

_____

© ח.ש.פ.ח.ה

נושא 14

10. עבדו בקבוצה.

א. • סרטטו מקבילית כרצונכם.

• במקבילית שסרטטתם הדגישו צלע אחת כרצונכם.

• סרטטו את הגבהים לצלע זו.

ב. השוו בין סרטוטכם לבין סרטוטי חברי הקבוצה,

דונו בשאלות שלפניכם, וכתבו את התשובות המתקבלות.

• כמה גבהים אפשר לסרטט לצלע אחת במקבילית? _____

• היכן נמצאים הגבהים של כל אחת מצלעות המקבילית?

_____

• האם הגבהים לאותה צלע שווים באורכם?

_____



© ה.ש.ת.ח.ה

משימות נוספות

1. בדקו בכל מסגרת, אם כל אחד מהקטעים האדומים המסורטטים הוא גובה במקבילית.
אם כן, הקיפו אותו.

1



2

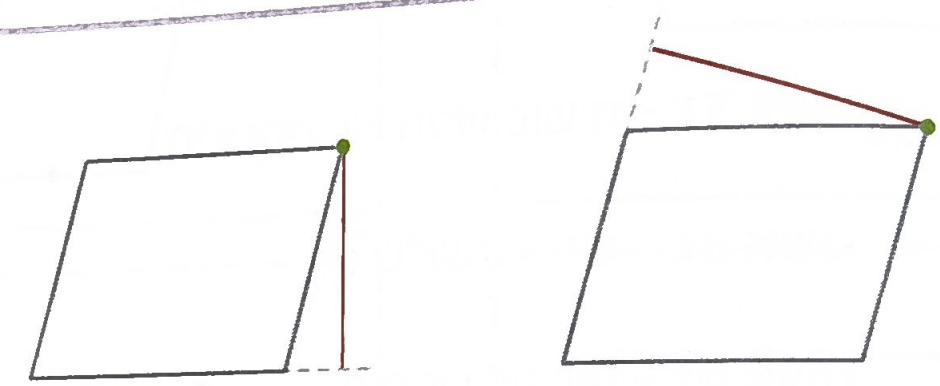

2. השלימו כל סרטוט למקבילית על-פי הכותרות הנתונות,
כך שהקטע הנתון יהיה גובה במקבילית. היעזרו בסרגל.

1

הגובה נמצא בתוך המקבילית.

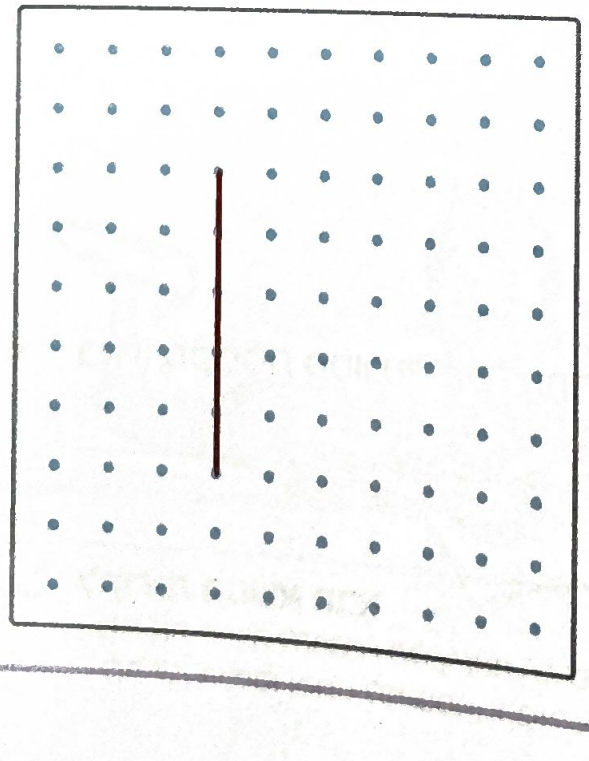

2

הגובה נמצא מחוץ למקבילית.

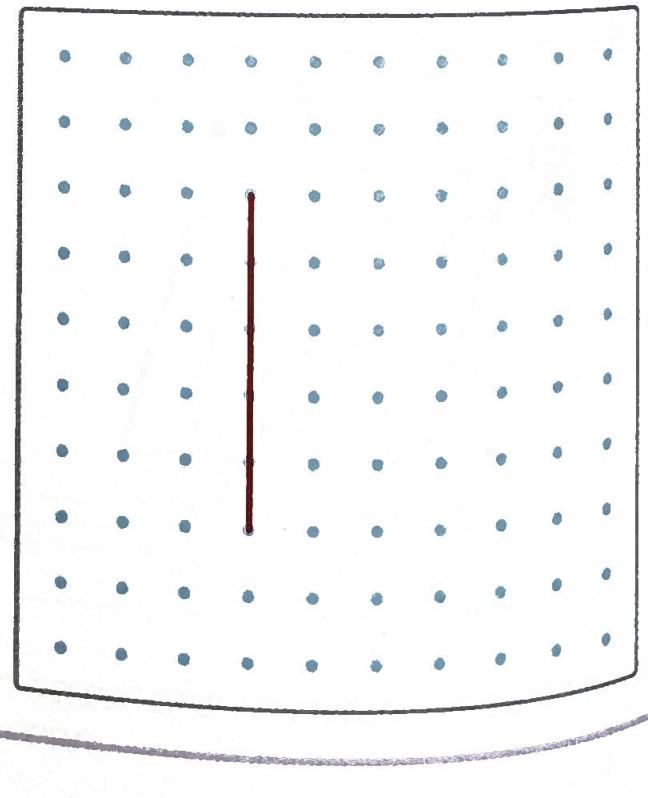

© המ.פ.ח.ה

נושא 14

3. כל אחת מהנמלים רוצה ללכת מהקודקוד שהיא עומדת לידו. לאורך הגבהים לצלעות הכתר השרו

- בכל מקבילית סרטטו קטע מהקודקוד שהנמלה עומדת לידו.
לכל אחת מהנקודות המסומנות על צלעות המקבילית.
- בדקו אילו מבין הקטעים שסרטטתם הם גבהים במקבילית. וסמנו את דרכה של הנמלה.

1

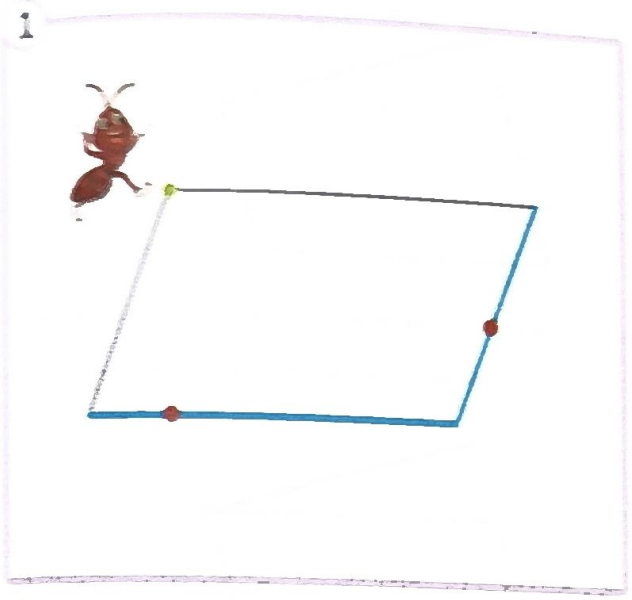

2

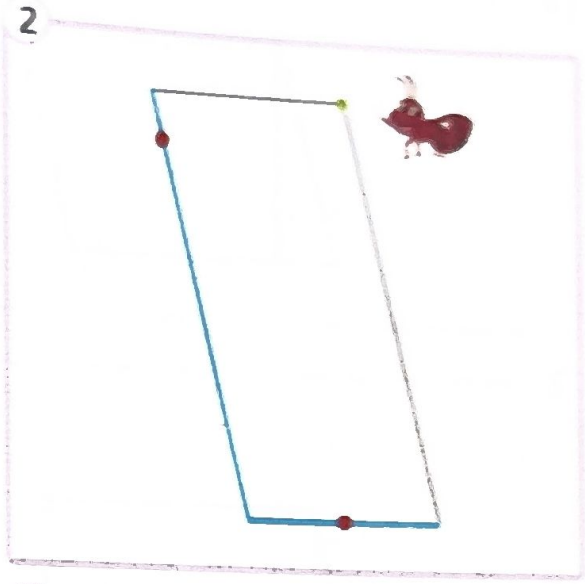

3



4

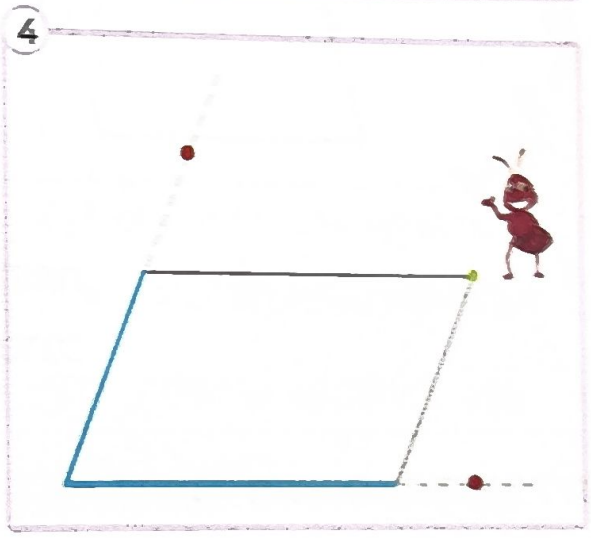

5

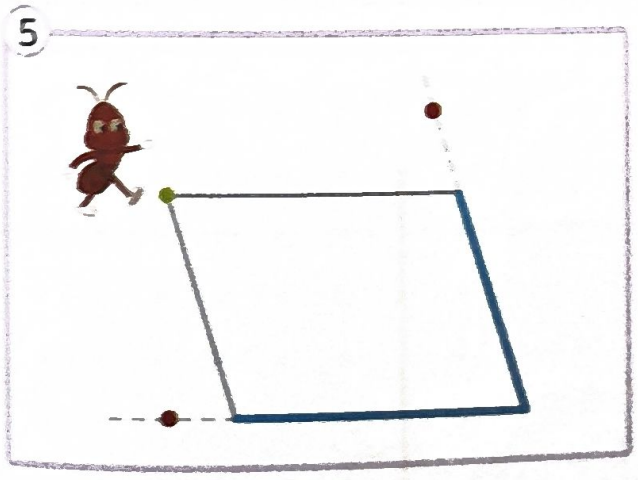

- באיזו מקבילית מסורטט גובה אחד בלבד?

_____

לקראת הנושא הבא

- גזרו את "צורה להרכבת מלבן" ואת "סרטוטים להרכבת מלבנים" מדפי הגזירה הנמצאים בערכת האביזרים. לוח 17. הכניסו אותם למעטפה, והביאו את המעטפה לכיתה.

© ה.ש.ת.ה